یادآوری

فعّالیت

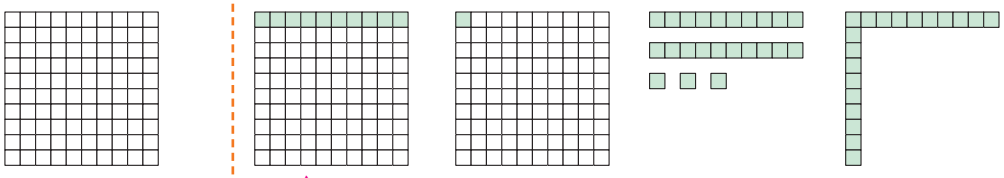


۱ــ احسان حدّادی در مسابقات المپیک، دیسک را ۶۸/۱۹ متر پرتاب و مدال ارزشمند نقره دریافت کرد. نفر اوّل دیسک را ۶۸/۲۷ متر پرتاب کرده بود.
این رکوردها را در جدول ارزش مکانی قرار دهید و به حروف بنویسید.

صدم	دهم	یکان	دهگان


۶۸/۱۹ : _____ ۶۸/۲۷ : _____

۲ــ با توجّه به واحد داده شده مقدار رنگ شده را با یک کسر و یک عدد اعشاری نشان دهید.

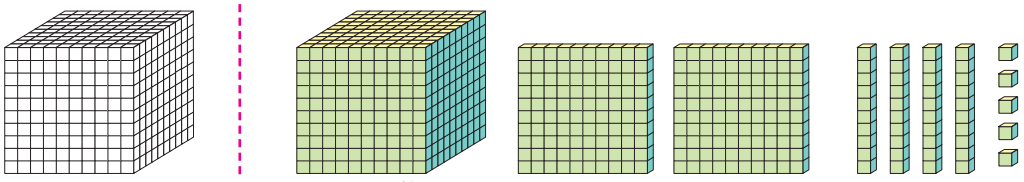


$\frac{۱۰}{۱۰۰} = ۰/۱۰$ = _____ = _____ = _____

۳ــ با توجّه به واحد نشان داده شده برای شکل، یک کسر و یک عدد اعشاری و گسترده‌ی هر کدام را بنویسید.

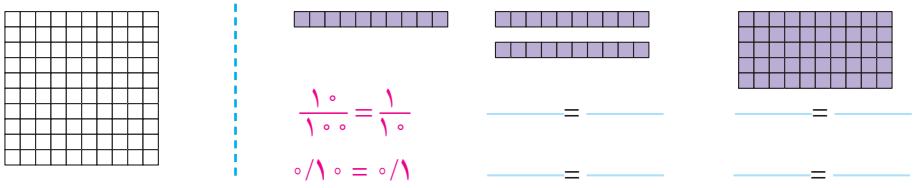


کسری : _____ = _____
اعشاری: ۲+ ۰/۷+ _____



کسری : ۱+ $\frac{۲}{۱۰}$ + _____ + _____ = _____
اعشاری:

۴ــ با توجّه به واحد داده شده مانند نمونه تساوی کسرها و عددهای اعشاری را بنویسید.



$\frac{۱۰}{۱۰۰} = \frac{۱}{۱۰}$ _____ = _____ _____ = _____
۰/۱۰ = ۰/۱ _____ = _____ _____ = _____

با توجّه به این تساوی‌ها در مورد نقش رقم صفر در سمت راست عددهای اعشاری توضیح دهید. _____

کار در کلاس

۱ــ مانند نمونه کسرها را ساده کنید و یک تساوی بنویسید.

$\frac{۵۰}{۱۰۰} =$ ——— $\rightarrow$ ——— $=$ ———

$\frac{۹۰۰}{۱۰۰۰} =$ ——— $\rightarrow$ ——— $=$ ———

——— $=$ ——— $\rightarrow$ ۰/۲۱۰ $=$ ۰/۲۱

$\frac{۳۰}{۱۰۰} = \frac{۳}{۱۰} \rightarrow$ ۰/۳۰ $=$ ۰/۳

——— $= ۲\frac{۷}{۱۰۰} \rightarrow$ ۲/۰۷۰ $=$ ———

——— $=$ ——— $\rightarrow$ ۰/۸۰ $=$ ۰/۸

۲ــ عددهای اعشاری را به صورت کسر یا عدد مخلوط بنویسید و تا حدّ امکان ساده کنید.

۰/۲۵ $=$ ———

۰/۵ $=$ ———

۱۲/۴ $=$ ———

۰/۲ $=$ ———

۰/۷۵ $=$ ———

۱۳/۵۰ $=$ ———

۳ــ کسرهای زیر را به عددهای اعشاری تبدیل کنید. در صورت لزوم ابتدا یک کسر بنویسید که مخرج آن ۱۰ یا ۱۰۰ یا ۱۰۰۰ باشد.

$\frac{۳}{۲۰} \overset{\times ۵}{=} \frac{۱۵}{۱۰۰} =$ ۰/۱۵

$\frac{۲۳}{۱۰} =$ ———

$\frac{۴۵}{۱۰۰۰} =$ ———

$\frac{۲۳۷}{۱۰۰} =$ ———

$\frac{۸}{۵} =$ ———

$\frac{۱۰۷}{۲۵} =$ ———


$\frac{۸۴}{۵۰} =$ ———

فعّالیت



برای ساختن عددهای اعشاری ۱۰ کارت با رقم‌های ۰ تا ۹ درست کنید. هر جا لازم شد از علامت ممیّز استفاده کنید.

به عنوان نمونه علی با ۴ کارت یک عدد اعشاری درست کرد. ۰ , ۱ ۹ ۷



الف) شما هم عدد ۱۰ را در سمت چپ ممیّز درست کنید. سپس با ۳ کارت دیگر نزدیک‌ترین عدد ممکن به ۱۰ را درست کنید و در سمت راست ممیّز بنویسید.

حالا نزدیک‌ترین عدد ممکن به ۱۱ را درست کنید و بنویسید.

ب) جدول ارزش مکانی را کامل کنید.

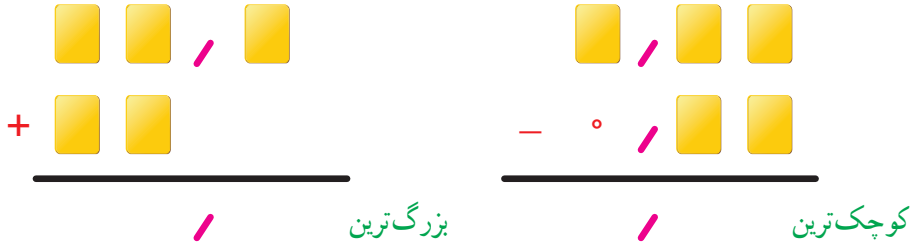
هزار									
ده هزارم				یکان		دهم			

با ۵ کارت و قرار دادن آنها در ستون‌های جدول، بزرگ‌ترین و کوچک‌ترین عدد ممکن را درست کنید و به حروف و رقم بنویسید.

بزرگ‌ترین : ——— به حروف : ———

کوچک‌ترین : ——— به حروف : ———

پ) کارت‌های صفر تا ۹ را طوری در جای خالی قرار دهید که بزرگ‌ترین حاصل درست شود. سپس کارت‌ها را طوری در تفریق زیر قرار دهید که حاصل کوچک‌ترین شود.



کار در کلاس

۱ــ مانند نمونه عددهای کسری و اعشاری را به صورت گسترده بنویسید. $۳/۱۰۴ = ۳ + ۰/۱ + ۰/۰۰۴$

$$۲\frac{۲۳}{۱۰۰} = ۲ + \frac{۲۰+۳}{۱۰۰} = ۲ + \frac{۲۰}{۱۰۰} + \frac{۳}{۱۰۰} = ۲ + \frac{۲}{۱۰} + \frac{۳}{۱۰۰}$$

$\frac{۱۷}{۱۰۰} =$

$\frac{۳۴}{۱۰۰۰} =$

$۲/۱۷ =$

$۱\frac{۵}{۱۰۰} =$

$۰/۰۲۰۷ =$

$۱/۳۴۹۱ =$

۲ــ حاصل جمع و تفریق‌های زیر را بنویسید.

۷	۱۲/۳۰۷	۰/۷۵۴۱	۴/۲۷۹
−۲/۳۵۴	+۱۷/۵۱۴	+۰/۵۳۰۹	−۱/۳۵۸

۳ــ الگوی زیر را ادامه دهید.

_____ و _____ و _____ و ده هزارم و هزارم و صدم و دهم

۴ــ عددها را به حروف بنویسید.

طول دروازه‌ی فوتبال ۷/۳۳ (_____) متر است.

هر اینچ برابر با ۲/۵۴ (_____) سانتی‌متر است.

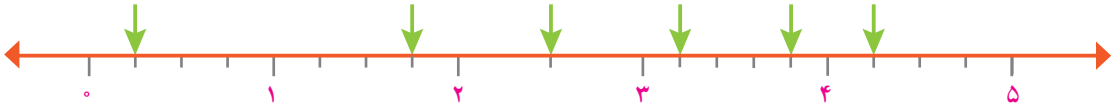
عدد ۳۲/۰۰۰۴ (_____) از عدد ۳۳/۴۰۰۷ (_____) کوچک‌تر است.

۵ــ حاصل جمع و تفریق‌های زیر را به صورت ذهنی به دست آورید.

$۳ + ۰/۰۳ =$	$۰/۰۴ + ۰/۲ =$	$۰/۳ + ۰/۵ =$	$۲ + ۰/۳ =$
$۵/۶ - ۵ =$	$۷/۷۷ - ۰/۰۷ =$	$۵ - ۰/۷ =$	$۴/۳ + ۰/۷ =$
$۲/۷ + ۰/۸ =$	$۰/۷ + ۰/۷ =$	$۰/۰۷ + ۰/۳ =$	$۱/۷ - ۰/۸ =$

تمرین

۱ــ نقطه‌های مشخّص شده روی محور کدام عددهای اعشاری را نشان می‌دهند؟



۲ــ مقایسه کنید. (< = >)

۱۲/۰۰۸ ◯ ۲/۰۰۰۸۰ ۱/۰۰۲ ◯ ۱/۰۰۲ ۰/۰۰۹ ◯ ۰/۰۹ ۴/۷ ◯ ۴/۷۲

۰/۰۰۳ ◯ ۰/۰۲۱ ۴/۰۱ ◯ ۳/۹۹ ۰/۰۰۸۰ ◯ ۰/۰۰۸ ۵/۰۷ ◯ ۵/۷۰

۳ــ کدام یک از عددهای اعشاری از نصف ($\frac{۱}{۲}$ = ۰/۵) کمتر است؟

۰/۰۰۰۷ ۰/۵۰۰۱ ۰/۱۵۰ ۰/۴۳۰۳۰ ۰/۳۷۴ ۱/۲

۴ــ عددی را که هر دستگاه نشان می‌دهد بنویسید.



۵ــ عددهای انگلیسی را با رقم‌های فارسی بنویسید.

2.351 = 956.18 = 32.407 =

7.02= 3.14= 6.98=

۶ــ کدام عدد با بقیه برابر نیست؟

۱/۰۷۰۰ ۱/۰۰۷۰ ۱/۰۷ ۱/۰۷۰

۷ــ در دو صد متر، نفر اوّل با زمان ۹/۹۸۳ ثانیه از خطّ پایان گذشت و نفر آخر با زمان ۱۰/۰۲۷ ثانیه عبور کرد. اختلاف زمان نفر اوّل و آخر چقدر بوده است؟

۸ــ یک دانش‌آموز کلاس هفتم نمره‌های سؤال‌های برگه‌ی امتحان ریاضی خود را به صورت زیر نوشت. نمره‌ی او چند شده است؟

۱/۲۵ + ۰/۷۵ + ۲/۷۵ + ۰/۵ + ۱/۲۵ + ۲/۵ + ۱/۵ + ۱/۲۵ + ۱/۷۵ + ۱/۵ + ۱/۷۵ + ۰/۲۵ + ۱/۲۵ =

روش محاسبه‌ی خود را توضیح دهید.

۹ــ در جای خالی یک عدد بنویسید. چند پاسخ مختلف می‌توان نوشت؟

۱۰ + _____ < ۱۵/۰۴

۱۰ــ دو دانش‌آموز عدد ۲۰/۰۵ را به حروف نوشته‌اند. کدام یک بهتر نوشته است؟

پاسخ حمیده : بیست و پنج صدم

پاسخ سعیده : بیست عدد صحیح و پنج صدم